Задание №3

Задание 3.1

В файле приведён фрагмент базы данных «Продукты» о поставках товаров в магазины районов города. База данных состоит из трёх таблиц. Таблица «Движение товаров» содержит записи о поставках товаров в магазины в течение первой декады июня 2021 г., а также информацию о проданных товарах. Поле Тип операции содержит значение Поступление или Продажа, а в соответствующее поле Количество упаковок, шт. занесена информация о том, сколько упаковок товара поступило в магазин или было продано в течение дня. Таблица «Товар» содержит информацию об основных характеристиках каждого товара. Таблица «Магазин» содержит информацию о местонахождении магазинов. На рисунке приведена схема указанной базы данных.

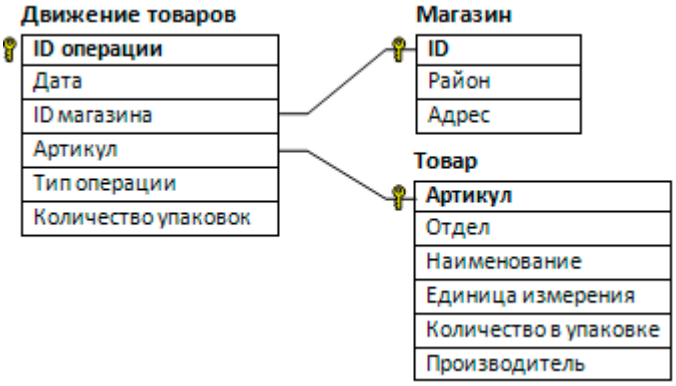

Используя информацию из приведённой базы данных, определите на сколько увеличилось количество упаковок яиц диетических, имеющихся в наличии в магазинах Заречного района, за период с 1 по 10 июня включительно. В ответе запишите только число.

Задание №3

Задание 3.2

В файле приведен фрагмент базы данных “Библиотека”, описывающей движение книг в библиотеке. На рисунке приведена схема базы данных:

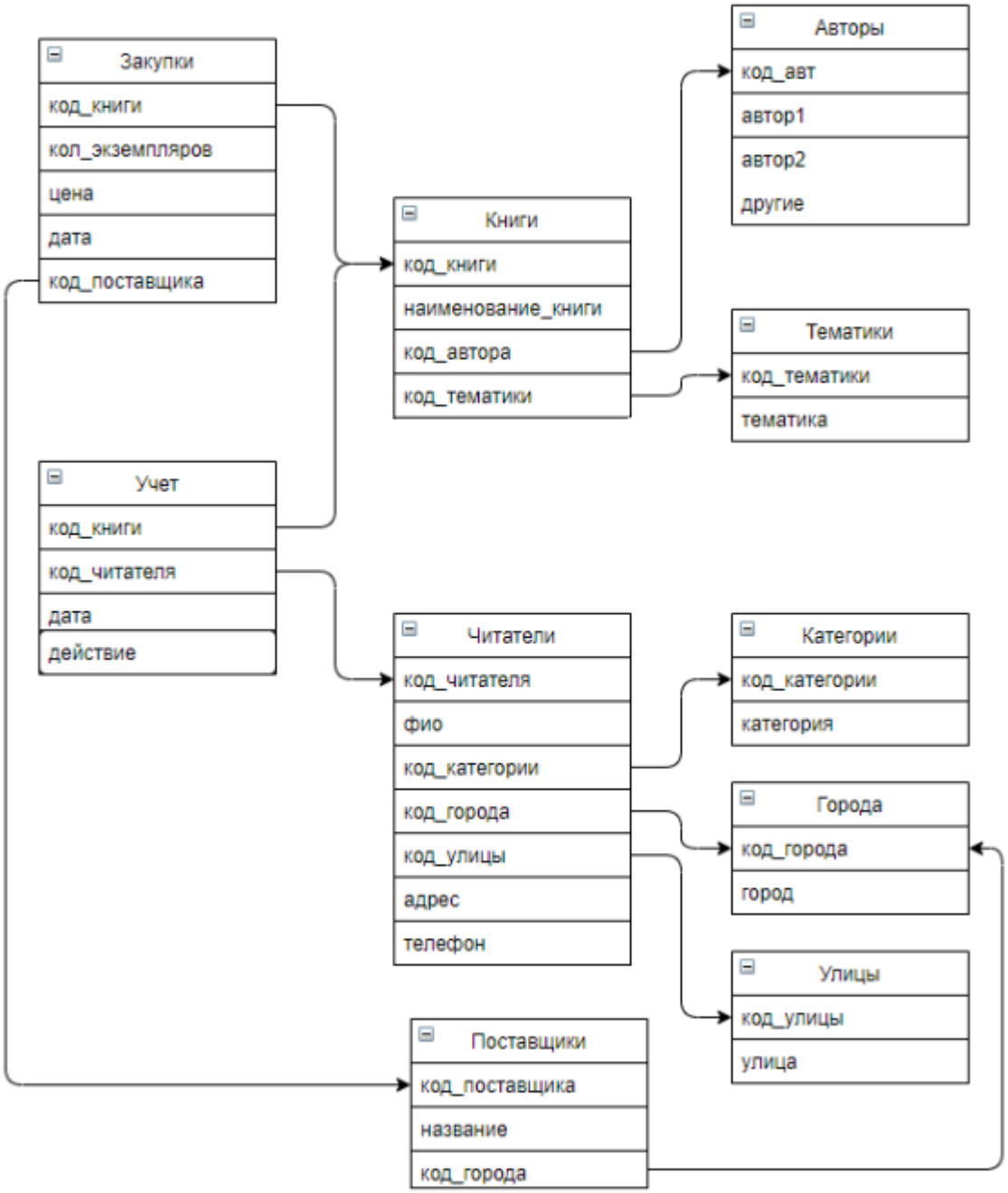

Используя информацию из приведенного фрагмента базы данных, определите, сколько экземпляров книг по тематике “ОСС” вернули студенты в период с 1.01.2020 по 31.12.2020 включительно.

Задание 3.3

В файле приведён фрагмент базы данных «Продукты» о поставках товаров в магазины районов города. База данных состоит из трёх таблиц.

Таблица «Движение товаров» содержит записи о поставках товаров в магазины в течение первой декады июня 2021 г., а также информацию о проданных товарах. Поле Тип операции содержит значение Поступление или Продажа, а в соответствующее поле Количество упаковок, шт. занесена информация о том, сколько упаковок товара поступило в магазин или было продано в течение дня. Заголовок таблицы имеет следующий вид.

ID операции	Дата	ID магазина	Артикул	Тип операции	Количество упаковок, шт.	Цена, руб./шт.

Таблица «Товар» содержит информацию об основных характеристиках каждого товара. Заголовок таблицы имеет следующий вид.

Артикул	Отдел	Наименование	Ед. изм.	Количество в упаковке	Поставщик

Таблица «Магазин» содержит информацию о местонахождении магазинов. Заголовок таблицы имеет следующий вид.

ID магазина	Район	Адрес

На рисунке приведена схема указанной базы данных.

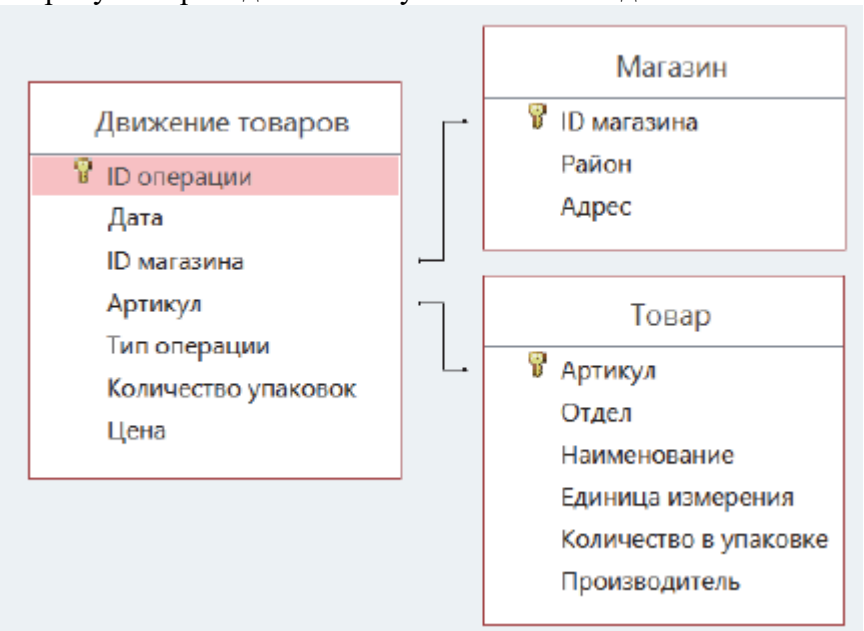

Используя информацию из приведённой базы данных, определите на сколько увеличилось количество упаковок всех видов чая, имеющихся в наличии в магазинах Октябрьского района, за период с 1 по 6 июня включительно.
В ответе запишите только число.

Задание №3

Задание 3.4

В файле приведён фрагмент базы данных «Продукты» о поставках товаров в магазины районов города. База данных состоит из трёх таблиц. Таблица «Движение товаров» содержит записи о поставках товаров в магазины в течение первой декады июня 2021 г., а также информацию о проданных товарах. Поле Тип операции содержит значение Поступление или Продажа, а в соответствующее поле Количество упаковок, шт. занесена информация о том, сколько упаковок товара поступило в магазин или было продано в течение дня. Таблица «Товар» содержит информацию об основных характеристиках каждого товара. Таблица «Магазин» содержит информацию о местонахождении магазинов. На рисунке приведена схема указанной базы данных.

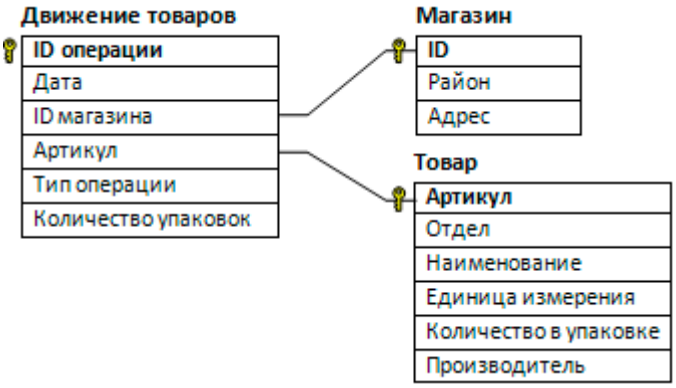

Используя информацию из приведённой базы данных, определите, на сколько рублей изменился баланс магазинов в Октябрьском районе с 1 по 6 июня. Баланс считать как разницу между суммарной стоимостью всех закупок и суммарной выручкой.

Задание 3.5

В файле приведён фрагмент базы данных «Продукты» о поставках товаров в магазины районов города. База данных состоит из трёх таблиц.

Таблица «Движение товаров» содержит записи о поставках товаров в магазины в течение первой декады июня 2021 г., а также информацию о проданных товарах. Поле Тип операции содержит значение Поступление или Продажа, а в соответствующее поле Количество упаковок, шт. занесена информация о том, сколько упаковок товара поступило в магазин или было продано в течение дня. Заголовок таблицы имеет следующий вид.

ID операции	Дата	ID магазина	Артикул	Тип операции	Количество упаковок, шт.	Цена, руб./шт.

Таблица «Товар» содержит информацию об основных характеристиках каждого товара. Заголовок таблицы имеет следующий вид.

Артикул	Отдел	Наименование	Ед. изм.	Количество в упаковке	Поставщик

Таблица «Магазин» содержит информацию о местонахождении магазинов. Заголовок таблицы имеет следующий вид.

ID магазина	Район	Адрес

На рисунке приведена схема указанной базы данных.

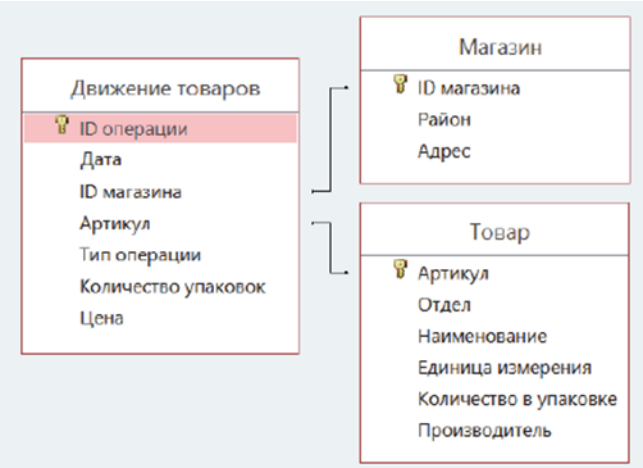

Используя информацию из приведённой базы данных, определите разницу количества упаковок макарон на начало и конец периода в магазинах Первомайского района.

В ответе запишите только число.

Задание 3.6

В файле приведён фрагмент базы данных «Продукты» о поставках товаров в магазины районов города. База данных состоит из трёх таблиц.
Таблица «Движение товаров» содержит записи о поставках товаров в магазины в течение первой декады июня 2021 г., а также информацию о проданных товарах. Поле *Тип операции* содержит значение *Поступление* или *Продажа*, а в соответствующее поле *Количество упаковок* внесена информация о том, сколько упаковок товара поступило в магазин или было продано в течение дня.
Таблица «Товар» содержит информацию об основных характеристиках каждого товара.
Таблица «Магазин» содержит информацию о местонахождении магазинов. Заголовок таблицы имеет следующий вид.

ID магазина	Район	Адрес

На рисунке приведена схема указанной базы данных.

Используя информацию из приведённой базы данных, определите, на сколько увеличилось количество упаковок всех видов риса, имеющихся в наличии в магазинах Октябрьского района, за период с 1 по 8 июня включительно.
В ответе запишите только число.

Задание №3

Задание 3.7

В файле приведён фрагмент базы данных «Продукты» о поставках товаров в магазины районов города. База данных состоит из трёх таблиц. Таблица «Движение товаров» содержит записи о поставках товаров в магазины в течение первой декады июня 2021 г., а также информацию о проданных товарах. Поле Тип операции содержит значение Поступление или Продажа, а в соответствующее поле Количество упаковок, шт. занесена информация о том, сколько упаковок товара поступило в магазин или было продано в течение дня. Таблица «Товар» содержит информацию об основных характеристиках каждого товара. Таблица «Магазин» содержит информацию о местонахождении магазинов. На рисунке приведена схема указанной базы данных.

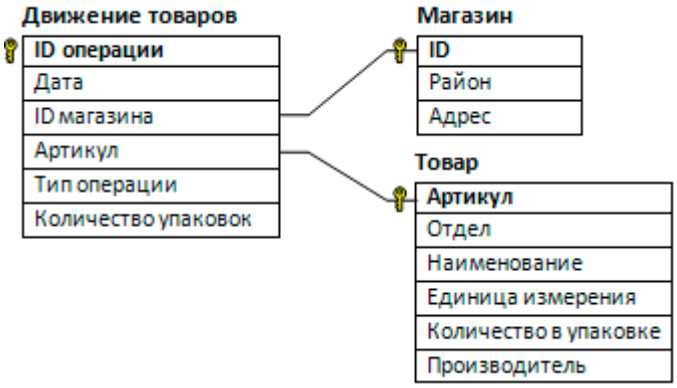

Используя информацию из приведённой базы данных, определите сорт риса, масса которого максимально изменилась в магазинах Заречного района за период с 1 по 8 июня включительно. В ответе запишите только число – артикул найденного товара.

Задание №3

Задание 3.8

В файле приведён фрагмент базы данных «Продукты» о поставках товаров в магазины районов города. База данных состоит из трёх таблиц.

Таблица «Движение товаров» содержит записи о поставках товаров в магазины в течение первой декады июня 2021 г., а также информацию о проданных товарах. Поле Тип операции содержит значение Поступление или Продажа, а в соответствующее поле Количество упаковок, шт. занесена информация о том, сколько упаковок товара поступило в магазин или было продано в течение дня. Заголовок таблицы имеет следующий вид.

ID операции	Дата	ID магазина	Артикул	Тип операции	Количество упаковок, шт.	Цена, руб./шт.

Таблица «Товар» содержит информацию об основных характеристиках каждого товара. Заголовок таблицы имеет следующий вид.

Артикул	Отдел	Наименование	Ед. изм.	Количество в упаковке	Поставщик

Таблица «Магазин» содержит информацию о местонахождении магазинов. Заголовок таблицы имеет следующий вид.

ID магазина	Район	Адрес

На рисунке приведена схема указанной базы данных.

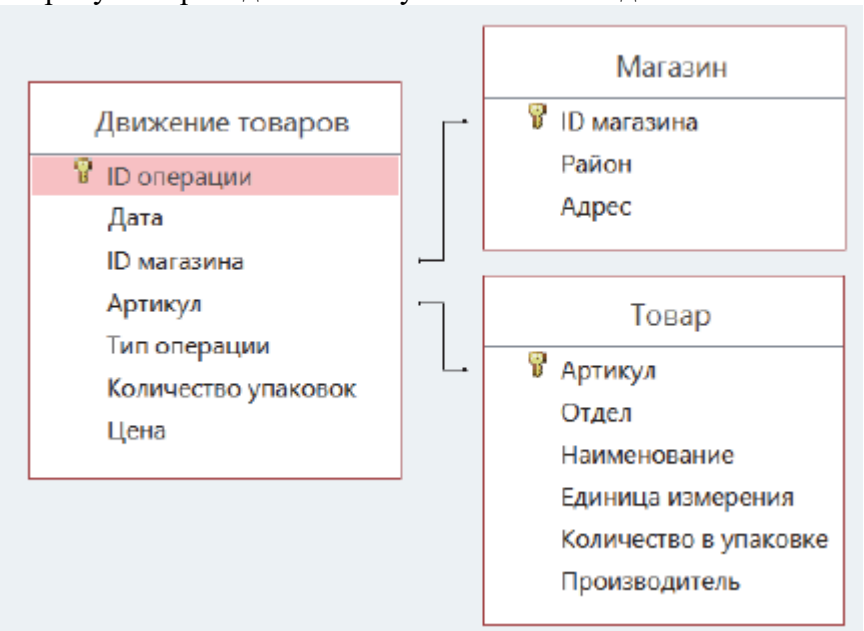

Используя информацию из приведённой базы данных, определите общую стоимость (в рублях) продуктов, поставленных за указанный период с Мелькомбината в магазины Первомайского района. В ответе запишите только число.

Задание №3

Задание 3.9

В файле приведён фрагмент базы данных «Оператор» об оказанных услугах. База данных состоит из трёх таблиц. Таблица «Клиенты» содержит записи об абонентах, которым были оказаны услуги. О каждом абоненте содержится следующая информация: район, в котором проживает абонент, адрес (улица и дом) и фамилия с инициалами. Таблица «Услуги» содержит записи об оказываемых оператором услугах - наименование и цена оказанной услуги. Таблица «Оказанные услуги» содержит информацию о том когда (поле дата), кому (ID клиента) и какая услуга (ID услуги) была оказана. На рисунке приведена схема базы данных.

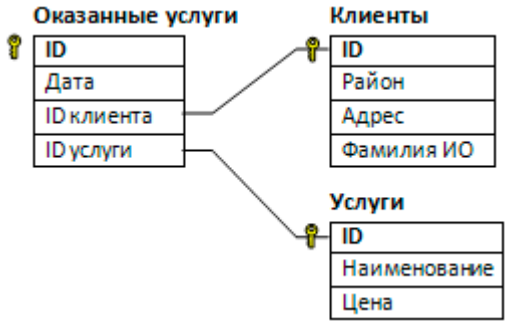

Используя информацию из приведённой базы данных, определите на какую сумму оператор оказал услуги хостинга, видеонаблюдения и установки антивируса жителям Нового района. В ответе запишите только число.

Задание №3

Задание 3.10

В файле приведён фрагмент базы данных «Фильмы». Таблица «Фильмы» содержит информацию о названии фильма, продолжительности фильма в секундах, бюджете фильма (в долларах) и о сборах с его показа (в долларах). Таблица «Режиссёры» содержит информацию о режиссёре, а таблица «Жанры» – жанрах, к которым могут относится фильмы. Поле ID в каждой таблице обозначает код объекта. На рисунке приведена схема указанной базы данных.

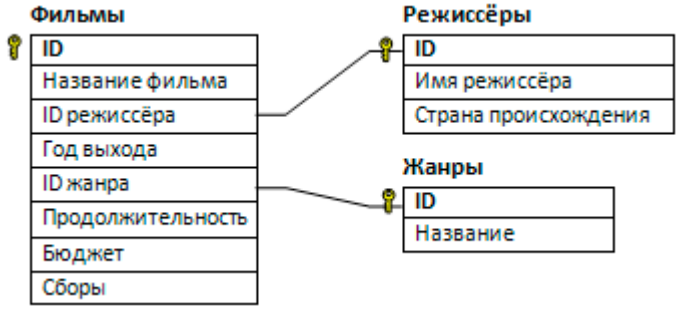

Используя информацию из приведённой базы данных, определите сколько минут длится самый короткий фильм в жанре Комедия? В ответ запишите целую часть числа.

Задание 3.11

В файле приведён фрагмент базы фрагмент базы данных «Аудиотека». База данных состоит из четырёх таблиц. Таблица «Альбомы» содержит записи о записанных альбомах, а также информацию о исполнителях. Таблица «Артисты» содержит записи о названии исполнителей. Таблица «Треки» содержит записи о записанных композициях, а также информацию о альбомах и жанрах. Поле Длительность содержит длительность аудиозаписи в миллисекундах, поле Размер содержит размер аудиозаписи в байтах, а поле Стоимость содержит стоимость аудиозаписи в рублях. Таблица «Жанры» содержит данные о названии жанров. На рисунке приведена схема указанной базы данных.

Используя информацию из приведённой базы данных, найдите исполнителя с наибольшей суммарной стоимостью. В ответе укажите суммарную стоимость его песен в рублях.

Задание №3

Задание 3.12

В файле приведён фрагмент базы данных «Родственники» о родственных отношениях между людьми. База данных состоит из двух таблиц. Таблица «Люди» содержит записи о людях - Фамилия ИО, пол («м» или «ж») и город рождения. Таблица «Родственные связи» содержит информацию о родительских связях - ID родителя из таблицы «Люди» и ID ребенка и той же таблицы. На рисунке приведена схема базы данных.

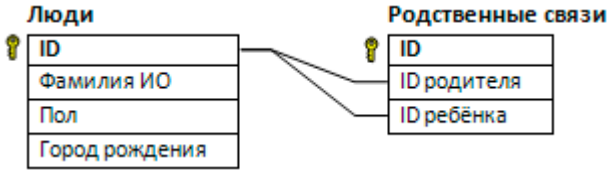

Используя информацию из приведённой базы данных, у скольких мужчин есть хотя бы один ребенок. В ответе запишите только число.

Задание 3.13

В файле приведён фрагмент базы данных «Продукты» о поставках товаров в магазины районов города. База данных состоит из трёх таблиц. Таблица «Движение товаров» содержит записи о поставках товаров в магазины в течение первой декады июня 2021 г., а также информацию о проданных товарах. Поле Тип операции содержит значение Поступление или Продажа, а в соответствующее поле Количество упаковок, шт. занесена информация о том, сколько упаковок товара поступило в магазин или было продано в течение дня. Таблица «Товар» содержит информацию об основных характеристиках каждого товара. Таблица «Магазин» содержит информацию о местонахождении магазинов. На рисунке приведена схема указанной базы данных.

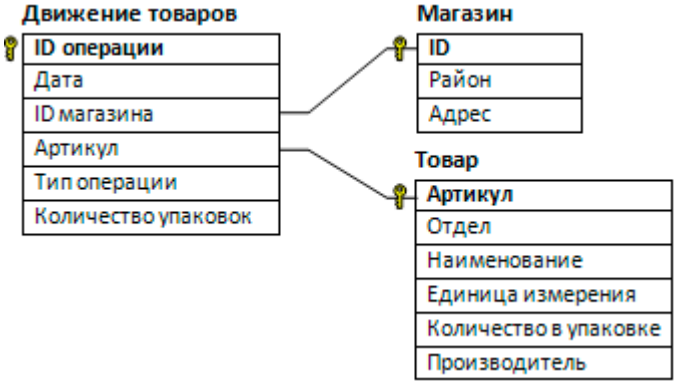

Используя информацию из приведённой базы данных, определите какую долю (в процентах) от общей продажи группы товарной позиции *Кофе* составила выручка от товара *Кофе в зернах* в магазинах Первомайского района. В ответе укажите только целую часть получившегося числа.

Задание №3

Задание 3.14

В файле приведён фрагмент базы фрагмент базы данных «Города и страны», описывающей различные страны, города и языки. База данных состоит из трех таблиц. Таблица «Страны» (код, название, континент, регион, площадь, год получения независимости, население, ОПЖ – ожидаемая продолжительность жизни, ВНД – валовый национальный доход, предыдущее значение ВНД, форма правления, идентификатор столицы). Таблица «Города» (идентификатор, название, код страны, район, население). Таблица «Языки» (код языка, код страны, название, является ли официальным, процент использования в стране). По некоторым значениям данных нет, в этом случае в таблице внесено значение NULL. На рисунке приведена схема базы данных.

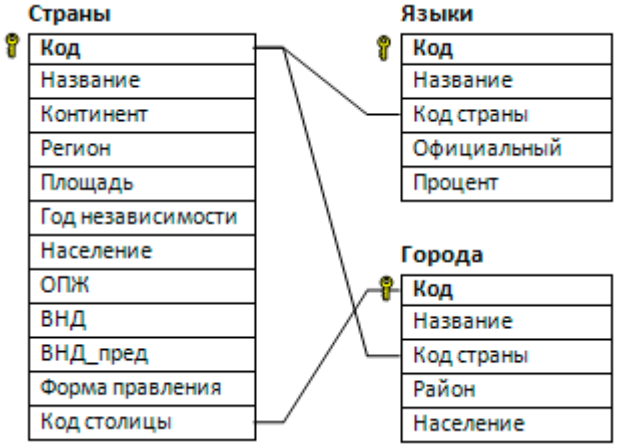

Используя информацию из приведённой базы данных, определите, на сколько суммарно изменился ВНД стран у которых население столицы превышает 1 000 000 человек. Для тех стран, у которых нет значения ВНД, принять его равным 0. В ответе укажите модуль полученного значения.

Задание №3

Задание 3.15

В файле приведён фрагмент базы фрагмент базы данных «Города и страны», описывающей различные страны, города и языки. База данных состоит из трех таблиц. Таблица «Страны» (код, название, континент, регион, площадь, год получения независимости, население, ОПЖ – ожидаемая продолжительность жизни, ВНД – валовый национальный доход, предыдущее значение ВНД, форма правления, идентификатор столицы). Таблица «Города» (идентификатор, название, код страны, район, население). Таблица «Языки» (код языка, код страны, название, является ли официальным, процент использования в стране). По некоторым значениям данных нет, в этом случае в таблице внесено значение NULL. На рисунке приведена схема базы данных.

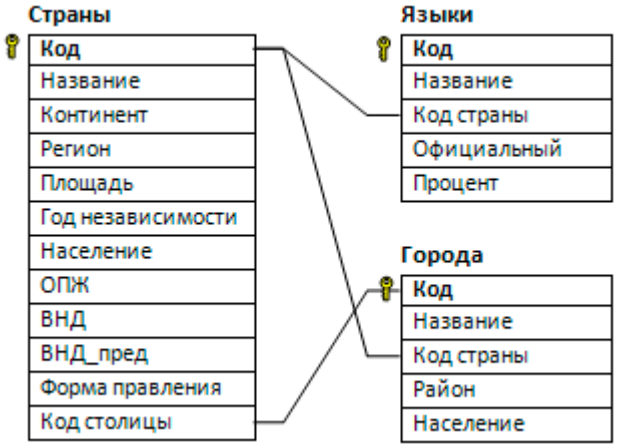

Используя информацию из приведённой базы данных, определите среднюю площадь стран Южной Америки, в которых население столицы не превышает 150 000. Ответ округлите до целого числа.

Задание №3

Задание 3.16

В файле приведён фрагмент базы данных «Продукты» о поставках товаров в магазины районов города. База данных состоит из трёх таблиц.
Таблица «Движение товаров» содержит записи о поставках товаров в магазины в течение первой декады июня 2021 г., а также информацию о проданных товарах. Поле Тип операции содержит значение Поступление или Продажа, а в соответствующее поле Количество упаковок, шт. занесена информация о том, сколько упаковок товара поступило в магазин или было продано в течение дня. Заголовок таблицы имеет следующий вид.

ID операции	Дата	ID магазина	Артикул	Тип операции	Количество упаковок, шт.	Цена, руб./шт.

Таблица «Товар» содержит информацию об основных характеристиках каждого товара. Заголовок таблицы имеет следующий вид.

Артикул	Отдел	Наименование	Ед. изм.	Количество в упаковке	Поставщик

Таблица «Магазин» содержит информацию о местонахождении магазинов. Заголовок таблицы имеет следующий вид.

ID магазина	Район	Адрес

На рисунке приведена схема указанной базы данных.

Используя информацию из приведённой базы данных, определите, на какую сумму поступило товаров от поставщика «Экопродукты» в магазины Октябрьского района за представленный период.

В ответе запишите только число.

Задание №3

Задание 3.17

В файле приведён фрагмент базы данных «Продукты» о поставках товаров в магазины районов города. База данных состоит из трёх таблиц.

Таблица «Движение товаров» содержит записи о поставках товаров в магазины в течение первой декады августа 2021 г., а также информацию о проданных товарах. Поле Тип операции содержит значение Поступление или Продажа, а в соответствующее поле Количество упаковок внесена информация о том, сколько упаковок товара поступило в магазин или было продано в течение дня. Заголовок таблицы имеет следующий вид.

ID операции	Дата	ID магазина	Артикул	Тип операции	Количество упаковок	Цена

Таблица «Товар» содержит информацию об основных характеристиках каждого товара. Заголовок таблицы имеет следующий вид.

Артикул	Отдел	Наименование	Единица измерения	Количество в упаковке	Производитель

Таблица «Магазин» содержит информацию о местонахождении магазинов. Заголовок таблицы имеет следующий вид.

ID магазина	Район	Адрес

На рисунке приведена схема указанной базы данных.

Используя информацию из приведённой базы данных, определите наибольшее количество проданных упаковок из всех видов шоколада в магазинах Промышленного района, за период с 2 по 10 августа включительно. В ответе запишите только число.

В ответе запишите только число.

Задание №3

№	Ответ	Ссылка на разбор	№ в сборнике К.Ю.Полякова
3.1	966	https://youtu.be/BSstmwk1yhI?t=1715	4282
3.2	10	https://youtu.be/V2ZgYt6l_00?t=1017	
3.3	1455	https://youtu.be/YPap1DCaaXU?t=783	
3.4	1142493	https://youtu.be/h09QwWadWg0?t=486	5294
3.5	1610	https://youtu.be/Gi9VWR2dGJA?t=1052	
3.6	1509	https://youtu.be/fofH6PaRwe0?t=1072	
3.7	23	https://youtu.be/PoZhMYQAIfs?t=1520	5479
3.8	203360	https://youtu.be/WDWxIMY8pTw?t=1015	
3.9	17800	https://youtu.be/2o7q_GMM8s8?t=6492	4292
3.10	92	https://youtu.be/h2cXMPm3P8c?t=860	4500
3.11	26904	https://youtu.be/g4NPPllF5jY?t=1092	4371
3.12	114	https://youtu.be/Kz6_79l-vbs?t=860	4295
3.13	19	https://youtu.be/J5mLBDBLMgY?t=1280	4437
3.14	533849	https://youtu.be/lczsy5gGct8?t=1385	4397
3.15	88479	https://youtu.be/ecAFivKrAr8?t=1025	4400
3.16	941450	https://youtu.be/3WV9hLqcC10?t=880	
3.17	1864	https://youtu.be/4Fy-_h_aGZ4?t=1240	