дз 3 на 1 сентября 2024

1.

На рисунке справа схема дорог *N*-ского района изображена в виде графа, в таблице содержатся сведения о длинах этих дорог (в километрах).

	П1	П2	П3	П4	П5	П6	П7
П1		45		10			
П2	45			40		55	
П3					15	60	
П4	10	40				20	35
П5			15			55	
П6		55	60	20	55		45
П7				35		45	

ege.sdamgia.ru

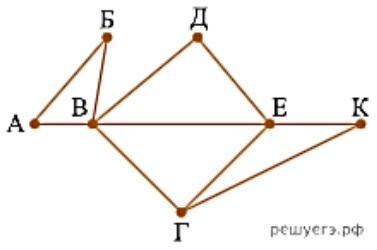

Так как таблицу и схему рисовали независимо друг от друга, нумерация населённых пунктов в таблице никак не связана с буквенными обозначениями на графе. Определите, какова длина дороги из пункта К в пункт Е. В ответе запишите целое число — так, как оно указано в таблице.

2.

Логическая функция F задаётся выражением: $(w \to (y \equiv z)) \wedge (y \equiv (z \to x))$. Дан частично заполненный фрагмент, содержащий неповторяющиеся строки таблицы истинности функции F.
Определите, какому столбцу таблицы истинности соответствует каждая из переменных x, y, z, w.

Переменная 1	Переменная 2	Переменная 3	Переменная 4	Функция
???	???	???	???	F
	0	0	0	1
0		1	1	1
0	0	0	1	0

В ответе напишите буквы x, y, z, w в том порядке, в котором идут соответствующие им столбцы (сначала — буква, соответствующая первому столбцу; затем — буква, соответствующая второму столбцу, и т. д.). Буквы в ответе пишите подряд, никаких разделителей между буквами ставить не нужно.

3. (скачать файл)

В файле приведён фрагмент базы данных «Мебель», принадлежащей группе компаний по производству мебели. База данных состоит из трёх связанных прямоугольных таблиц.

Задание 3

Таблица «Материал» содержит записи о видах материала, используемых при изготовлении мебели. Заголовок таблицы имеет вид:

ID материала	Материал	Город	Производство

ege.sdamgia.ru

Таблица «Продукция» содержит информацию о номенклатуре выпускаемой мебели. Заголовок таблицы имеет вид:

ID товара	Наименование товара	Номенклатура	Номер склада	Эксплуатационное назначение

ege.sdamgia.ru

Таблица «Готовый товар» — информацию об уже мебели. Заголовок таблицы имеет вид.

Артикул	ID товара	ID материала	Количество на складе, шт.	Отпускная цена, руб.

ege.sdamgia.ru

На рисунке приведена схема указанной базы данных.

Используя информацию из приведённой базы данных, определите общую стоимость (в рублях) всех стеллажей выставочных, произведённых на предприятиях Твери из стекла.

В ответе запишите только число.

4.

В файле приведён фрагмент базы данных «Кондитерские изделия» о поставках конфет и печенья в магазины районов города. База данных состоит из трёх таблиц.

Задание 3

Таблица «Движение товаров» содержит записи о поставках товаров в магазины в течение первой половины августа 2022 г., а также информацию о проданных товарах. Поле *Тип операции* содержит значение *Поступление* или *Продажа*, а в соответствующее поле *Количество упаковок, шт.* внесена информация о том, сколько упаковок товара поступило в магазин или было продано в течение дня. Заголовок таблицы имеет следующий вид.

ID операции	Дата	ID магазина	Артикул	Количество упаковок, шт.	Тип операции

ege.sdamgia.ru

Таблица «Товар» содержит информацию об основных характеристиках каждого товара. Заголовок таблицы имеет следующий вид.

Артикул	Отдел	Наименование товара	Ед. изм.	Количество в упаковке	Цена за упаковку

Таблица «Магазин» содержит информацию о местонахождении магазинов. Заголовок таблицы имеет следующий вид.

ID магазина	Район	Адрес

На рисунке приведена схема указанной базы данных.

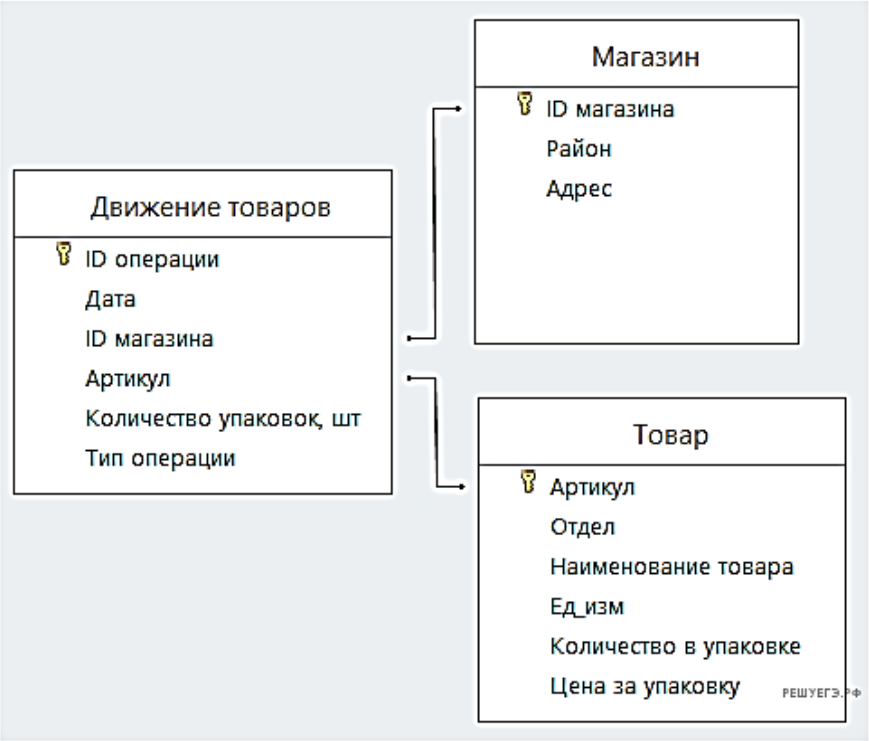

Используя информацию из приведённой базы данных, определите, на сколько увеличилось количество упаковок печенья «Юбилейное», имеющихся в наличии в магазинах Центрального района, за период с 1 по 15 июня включительно. В ответе запишите только число.

5.
В файле приведён фрагмент базы данных «Кондитерские изделия» о поставках конфет и печенья в магазины районов города. База данных состоит из трёх таблиц.

Задание 3

Таблица «Движение товаров» содержит записи о поставках товаров в магазины в течение первой половины августа 2022 г., а также информацию о проданных товарах. Поле *Тип операции* содержит значение *Поступление* или *Продажа*, а в соответствующее поле *Количество упаковок, шт.* внесена информация о том, сколько упаковок товара поступило в магазин или было продано в течение дня. Заголовок таблицы имеет следующий вид.

ID операции	Дата	ID магазина	Артикул	Количество упаковок, шт.	Тип операции

ege.sdamgia.ru

Таблица «Товар» содержит информацию об основных характеристиках каждого товара. Заголовок таблицы имеет следующий вид.

Артикул	Отдел	Наименование товара	Ед. изм.	Количество в упаковке	Цена за упаковку

ege.sdamgia.ru

Таблица «Магазин» содержит информацию о местонахождении магазинов. Заголовок таблицы имеет следующий вид.

ID магазина	Район	Адрес

ege.sdamgia.ru

На рисунке приведена схема указанной базы данных.

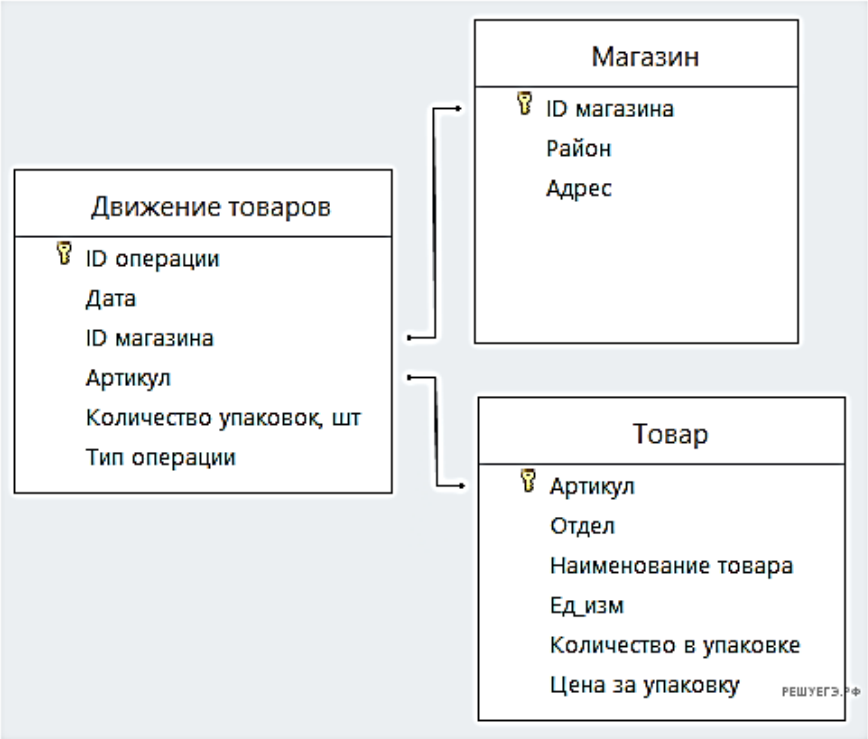

Используя информацию из приведённой базы данных, определите, на сколько увеличилось количество упаковок антисептика для рук, имеющихся в наличии в магазинах Промышленного района, за период с 1 по 15 июня включительно. В ответе запишите только число.